Subject: جلسه اول

Year: ۱۴۰۵ Month: ۶ Day: ۲۹

فیزیک الیاف

نمرات: ۱۰٪ تکلیف

۳۰٪ آزمون اول (نمونه گیری - ملول و خزش) سه ۸/۱۲

۳۰٪ آزمون دوم (جرم مخصوص و جذب رطوبت) سه ۹/۱۰

۳۰٪ پایان ترم (خواص مکانیکی الیاف)

مرجع: کتاب فیزیک الیاف - دکتر حقیقت کش، دکتر مصلحی یوسفی

لیف چیست؟! چیزی که طول به قطرش ۱۰۰ برابر و قابلیت پیچش داشته باشد، خیلی هم داشته باشیم.
انعطاف پذیر باشد - رنگ پذیر باشد - جذب رطوبت خوبی داشته باشد (گروه شیمیایی مناسب یعنی OH داشته باشد) - مقاومت آبرفت (بی تفاوت) داشته باشد (مولکول ها بتوانند بینشون تراز بگیرند) - جذب مواد شیمیایی داشته باشد - مقاومت حرارتی داشته باشد

خواص لیف چه بستگی دارد؟ ① خواص پلیمر تشکیل دهنده
② ساختار لیف

پلیمر → لیف → نخ

* لیف می تواند آبدوست یا آبگریز باشد
* لیف می تواند قطبی یا غیرقطبی باشد

← در ساختار پارچه تأثیر دارد.

آبدوست = هیدروفیل
آبگریز = هیدروفوب

گیاهی داریم که در ساقه اش الیاف دارد؛ به این الیاف flax یا کتان می گوییم.
+ چون گیاهی است ← سلولزی است +
کتان flax ← الیاف کوتاه: tow
الیاف بلند: Lin ← حصیر ای که از الیاف با طول بلند تولید می شود = لینن گویند. Linin

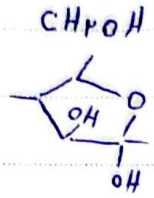
Arman

وسکوز : جزو الیاف بازیابی شده هست. (چوب و الیاف کوتاه پنبه)

سلولزی ← الیاف کوتاه Lint ← کاندد (مثال کاغذی) ویسکوز

پنبه: cotton ← الیاف بلند Lint ← ویسکوز

استات : سلولز استات



استات ← دی استات

← تری استات ← اگر بیش از ۹۵٪ از OH ها تبدیل به استات شود.



آمورف = بی نظم ← جذب رطوبت بالا

کریستالی = منظم و بلوری ← استحکام بالا

+ آمورف بودن یعنی خود پذیرایت +

+ یعنی که بیش از ۵۰٪ درصد آمورف باشد ← آمورف است و بالعکس +

* اصلاً اون لیفی که ۱۰۰٪ بلوری یا آمورف باشد به درد ما نمی خورد *

+ پنبه بلوری است برای همین چروک می شود اما پشم آمورف است چروک نمی شود (برگرده) +

پنبه = بلوری ← چروک ✓

پشم = آمورف ← چروک ✗ ← گروهی دارد که می تونه برگرده (سال اول)

* هرچقدر لیف بلندتر احتمال نقاط ضعیف بیشتر *

استانداردها : برای اینکه ۲ تا نتیجه مختلف به ما ندهد.

شرایط نمونه گیری یکسان ← مثلا طول ۲۵ cm

پارچه ۲/۵ - ۱۵ cm

Din ... ← آلمان

ASTM D ۵۵۰۲۱ : مثال ← آمریکایی ← آزمون مواد ← مواد نساجی

استاندارد Astm

ISO

Atcc ← بیشتر برای رنگ استفاده می شود

Arman

بین المللی

- من خواهیم بینیم چندتونه باید دست بزنیم ← به دلیل اینکه همه نمونه های یک زمین به یک میزان نمی رسند
- باید ببینیم خطا با چقدر باشد و کیم طبق آن چند نمونه تست می کنیم

$$n = \left(\frac{t.s}{E}\right)^2 = \left(\frac{t.CV}{e}\right)^2$$

تعداد نمونه استاندارد:

- n تعداد نمونه
- t ضریب توزیع t در سطح اطمینان $(1-\alpha)\%$
- S انحراف از معیار
- CV ضریب تغییرات
- E مقدار خطای قابل قبول
- e درصد خطای قابل قبول

$\bar{x} = ۲/۵$ cm

$S = ۰/۵$ cm

x_n	$\bar{x}$
x_1	۲/۰
x_2	۲/۵
x_3	۱/۹۵
x_4	۲/۹
x_5	۳

خروجی: ۲/۵

$$\%CV = \frac{S}{\bar{x}} \times 100$$

ضریب تغییرات — میانگین

مثال: نمره تخ

$\bar{x} = ۳۶$ Tex

$CV = ۳$

$n = ؟$

$e = ۱/۵$ ٪

فاصله اطمینان $CI = ۰/۹۵$

$$n = \left(\frac{t.CV}{e}\right)^2 = \left(\frac{۱/۹۶ \times ۳}{۱/۵}\right)^2 = ۱۵/۳۶۴۴$$

$n = ۱۶$

P: احتمال

df درجه آزادی ۱-۳۰	
Z	مقدار تابع نرمال استاندارد
CI	فاصله اطمینان

$df = n - ۱$

+ وقتی n را نداریم می ریم سراغ توزیع نرمال Z +

Arman

Scanned with CamScanner

راحل ۲ مثال:

$$n=\left(\frac{t.s}{E}\right)^2$$

$$\%CV=\frac{S}{\bar{x}}\times 100 \longrightarrow ۳=\frac{S}{۳۶}\times 100 \longrightarrow \boxed{S=۱/۸۱}$$

$$E=\frac{\bar{x}\times p}{100} \longrightarrow E=\frac{۳۶\times ۱/۵}{100}=\boxed{۰/۵۴}$$

$$n=\left(\frac{۱/۹۹\times ۱/۰۸۱}{۰/۵۴}\right)^2=۱۵/۳۶ \Longrightarrow \boxed{n=۱۶}$$

ب) در فاصله اطمینان ۹۹٪ چه تعداد؟!

$$n=\left(\frac{t.s}{E}\right)^2=\left(\frac{t.CV}{e}\right)^2$$

$$n=\left(\frac{۲/۶\times ۳}{۱/۵}\right)^2=۲۷$$

ج) در فاصله اطمینان ۹۵٪ دامنه تغییرات نمره چقدر است؟!

$\bar{x}\pm E$

$[\bar{x}-E\ ,\ \bar{x}+E]$ نسبت $[۳۶-۰/۵۴\ ,\ ۳۶+۰/۵۴]$

تمرین:

$n=۱۰۰۰$ لیوان پنبه

$\bar{x}=۲۷\ mL$ حلول

$S=۳\ mL$

الف) میزان خطا با فاصله اطمینان ۹۰٪، ۹۵٪، ۹۹٪ چقدر است؟!

$$n=\left(\frac{t.S}{E}\right)^2 \Rightarrow ۱۰۰۰=\left(\frac{۱/۶۴۸\times ۳}{E}\right)^2 \longrightarrow E=۰/۴۹۲\ mL : ۹۰\%$$

$$E=\frac{ts}{\sqrt{n}}$$

$E=۰/۴۹۲\ mL$

$\bar{x}\pm SD$ $[۲۷-۳\ ,\ ۲۷+۳]$ ①

$\bar{x}\pm E$ $[۲۷-۰/۴۹۲\ ,\ ۲۷+۰/۴۹۲]$ ② ✓

Arman

Scanned with CamScanner

۱) اگر در ابتدا یک لیف بخواهیم میانگین بگوییم با انحراف از معیار بیان می‌کنیم: $\bar{x} \pm SD$

۲) اما اگر با اطمینان Z٪ بخواهیم میانگین را از این روش می‌رویم: $\bar{x} \pm E$

پس مورد سوال ما حالت دوم است. (۱) در کل نبوده است.

$E = \frac{۱۸۶ \times ۳}{\sqrt{۱۰۰}} = ۵۸۸ mm$ ← $t = ۱۸۶$ ← $CI = ۹۵٪$

$E = \frac{۲۵۷۶ \times ۳}{\sqrt{۱۰۰}} = ۷۷۲ mm$ ← $t = ۲۵۷۶$ ← $CI = ۹۹٪$

ب) تعداد نمونه اندازه‌گیری در هریک از فاصله اطمینان‌های فوق را برای کاهش خطا به ۱٪ محاسبه کنید.

$٪CV = \frac{S}{\bar{x}} \times ۱۰۰ \rightarrow ٪CV = \frac{۳}{۲۷} \times ۱۰۰ = ۱۱/۱۱$

$CI = ۹۹٪ \rightarrow t = ۲/۵۷۵$ ، $CI = ٪۹۵ \rightarrow t = ۱/۹۶$ ، $CI = ۹۰٪ \rightarrow t = ۱/۶۴$

۹۰٪ $n = \left(\frac{۱/۶۴ \times ۱۱/۱۱}{۱}\right)^۲ = ۳۳۲/۰۵ = ۳۳۳$

۹۵٪ $n = \left(\frac{۱/۹۶ \times ۱۱/۱۱}{۲}\right)^۲ = ۴۷۴/۲۷ = ۴۷۵$

۹۹٪ $n = \left(\frac{۲/۵۷۵ \times ۱۱/۱۱}{۱}\right)^۲ = ۸۱۵/۴۲ = ۸۱۶$

$E = \frac{۲۷ \times ۱}{۱۰۰} = ۰/۲۷$

ج) هرگاه طول ۵۱ نمونه اندازه‌گیری شود، با چه فاصله‌ای اطمینانی میزان خطا ۲٪ خواهد بود.

$۵۱ = \left(\frac{t \times ۱۱/۱۱}{۲}\right)^۲$

$\rightarrow t = ۱/۴۵۱۵ \rightarrow CI = ۸۵٪$

$e = ۲٪$

$E = ۰/۵۴$

Arman

Scanned with CamScanner

page: ( )

Subject:

Year: Month: Day:

ج) در هریک از حالات فوق دامنه تغییرات را محاسبه کنید.

ب) $[۲۷ - ۰/۲۷ \ , \ ۲۷ + ۰/۲۷]$

الف)

۹۰٪ $[۲۷ - ۰/۴۹۲ \ , \ ۲۷ + ۰/۴۹۲]$

۹۵٪ $[۲۷ - ۰/۵۸۸ \ , \ ۲۷ + ۰/۵۸۸]$

۹۹٪ $[۲۷ - ۰/۷۷۲ \ , \ ۲۷ + ۰/۷۷۲]$

ج) $[۲۷ - ۰/۵۴ \ , \ ۲۷ + ۰/۵۴]$

کوییز: $n = ۱۰۰$ و $\bar{x} = ۲/۵$ و $cv = ۵٪$ و $E = ?$ ؟!

$$n = \left(\frac{t \cdot cv}{e}\right)^۲$$

جذر می‌گیریم ↓

$$\sqrt{n} = \frac{t \cdot cv}{e}$$

↓

$$e = \frac{t \cdot cv}{\sqrt{n}} = \frac{۲/۵۷۵ \times ۵}{\sqrt{۱۰۰}} = ۱/۲۸۵$$

$$\rightarrow E = \frac{e}{۱۰۰} \times \bar{x} = \frac{۱/۲۸۵}{۱۰۰} \times ۲/۵ = ۰/۰۳۲$$

علیرضا:

Arman

Scanned with CamScanner

طول الیاف:

طول الیاف ← staple (منقطع - بریده) ★
staple ← short_s ← Cotton (پنبه)
staple ← long_s ← Wool (پشم)

طول الیاف ← Continus_filament
Continus_filament ← مصنوعی و ابریشم ← manmade

برای اینکه الیاف پنبه - پلی استر داشته باشیم

1- نخ پنبه - پلی استر باشد
2- پلی ستر الیاف مصنوعی است و فیلامنت آن را در اندازه های پنبه کات کرده و بعد می بافیم.

✓ در شلوار جین پشت روی آن رنگ متفاوتی دارد؟ چرا؟

یکی از نخ ها تار و یکی پود یکی را رنگ می کنند و دیگری را رنگ نمی کنند. حالا نوع بافت طوری است که تار رنگ شده روی افتد و پود زیر می رود. پس پارچه جین را رنگ نمی کنیم نخ آن است که رنگ شده. چیدیا تار را پلی استر استفاده کرده و رنگ می کنند و پود را پنبه می گذارند ← فرق خیلی پشت و رو نداره.

- وقتی حرف از short_staple پنبه می زنیم یعنی لیف در ابعاد ۱,۲۲ تا ۴,۴۴ cm - cotton
- وقتی حرف از long staple پشم می زنیم یعنی لیف در ابعاد ۶,۳۵ تا ۳۰,۴۸ - Wool

نژاد دام، تغذیه دام، بهداشت دام قرار دارد و ... بستگی دارد.
همچنین جنس آب و هوا، محل رویش و ... نیز بستگی دارد.

★ درصد تغییرات طولی: پشم (۵۰ - ۶۰٪)، پنبه (۴۰٪)، مصنوعی (۱۰٪) ★

بستگی به میزان کشش

Arman

Scanned with CamScanner

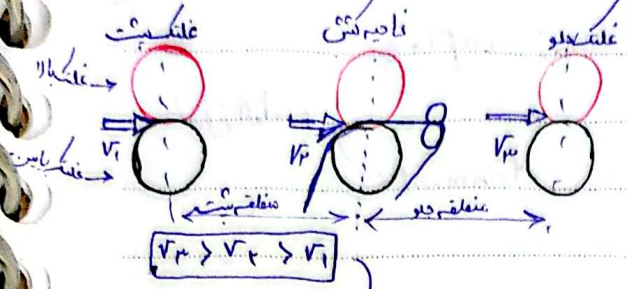
اهمیت فنی طول الیاف :

تنظیم دستگاههای تولید کننده نخ (کشش)

+ تاب نخ

+ کیفیت پارچه

غلتک‌های کشش :



$V_3 > V_2 > V_1$

همیشه این طور است چون سیم جلو حرکت کند.

سرعت دورانی غلتک ← $V = 2\pi R n$ ← سرعت تولید

شعاع غلتک

✓ بازه طول مناسب برای ریسندگی : ۱۵ - ۱۵۰ میلی متر

+ ناحیه کشش باید روی طول الیاف تنظیم شود + ← باتوجه به این فاصله غلتک‌ها تعیین می‌شود

فرض:

طول الیاف خیلی بلند باشد : غلتک جلو بیشتری می‌گیرد و غلتک عقب کند ← عملاً باعث پارگی می‌شود.

طول الیاف خیلی کوتاه باشد : الیاف از بین غلتک‌ها لیز می‌کند ← لیزش الیاف داریم

✓ بهترین حالت : طول الیاف به اندازه‌ای باشد که غلتک پشت رهایش کند جلویی بگیرد

وقتی طول الیاف کوتاه باشد برای اینکه غلتک‌ها را بهم نزدیک کنیم باید قطر را کم کنیم ؛ با کم کردن شعاع (R) ، V_2 هم کم می‌شود برای جبران سرعت باید n را افزایش داد یعنی غلتک‌ها با سرعت بیشتری بچرخند. ← ممکنه از تنظیم خارج بشود.

تمام

Arman

Scanned with CamScanner

اهمیت فنی ملول الیاف:

- تفکیم دستگاه های تولیدکننده نخ (کشش)
- تاب نخ
- کیفیت پارچه

$F = \mu \times N \times S$

μ: ضریب اصطکاک (بستگی به جنس الیاف)

N: نیروی اصطکاک بین الیاف

S: سطح تماس الیاف با هم (تعداد و خلوص الیاف)

N: نیروی پیرشی

N واسته به تاب

$F \downarrow \propto S \downarrow$

+ الیاف کوتاه نیاز به تاب بیشتری دارد + ← چون الیاف کوتاه سطح تماس کمتری دارند

$S \downarrow \; n \uparrow \; F$

✓ میزان پیچش (ϕ) در لیف به طول L و شعاع R تحت کشتاور پیچشی T برابر است با:

$$\phi = \frac{T \times L}{G \times J}$$

✓ ممان اینرسی قطبی سطح مقطع (J) که برای مقطع دایره‌ای برابر است با:

$$J = \frac{\pi R^4}{2}$$

✓ مدول برشی لیف (G) از خواص ذاتی لیف است که به جنس و آرایش یافتگی لیف بستگی دارد.

$\phi \propto \frac{1}{J} \propto L$

+ طبق فرمول هرچقدر تاب بیشتر باشد، N بیشتر است و نیرو هم بیشتر می‌شود. مثلاً اگر پارچه خیس را هرچقدر بیشتر تاب دهیم نیروی بیشتر وارد می‌شود و آب بیشتر از لیف خارج می‌شود

+ هرچقدر ملول بیشتری داشته باشیم، میزان پیچش بیشتر است. ← راحت‌تر پیچیده می‌شود.

+ هرچقدر هم ملول کمتر باشد، میزان پیچش کمتر است. (کمتر تاب خورده) ← استحکام و مقاومت کمتر.

برای جبران در حالت اول $T \downarrow$ و در حالت دوم $T \uparrow$

Scanned with CamScanner

Subject: Page: ( )

کیفیت پارچه:

اگر الیاف ما کوتاه باشد؛ وقتی داریم آن را می‌چرخانیم مثل حالتا موخورها برخی الیاف از سر نخ می‌زند بیرون. اصطلاحاً پرز می‌گوییم.

✓ حالا این موضوع بعضی اوقات می‌تواند خوب باشد و گاهی بد:

1. اگر سر لیف از نخ بیرون بزند؛ می‌تواند لطافت و نرمی و گرمی بدهد. (حُسن)
2. اگر سر لیف از نخ بیرون زده باشد؛ با تماس با عمل مکانیکی این الیاف درهم گره می‌خورند. (عیب)

پس Nep تولید می‌شود. ← گوله‌ای شدن الیاف

اندازه‌گیری طول الیاف:

طول دسته	(1) میانگین	(2) (تعداد) فراوانی f	(3) Σf فراوانی تجمعی	(4) $Lf = f'$	(5) $L^2f = Lf'$	(6) $\Sigma f'$	$\Sigma\Sigma f'$
(۰-۲]	۱	۰	۱۰۰	۰	۰	۱۲۳۶	۸۶۹۲
(۲-۴]	۳	۱	۱۰۰	۳	۹	۱۲۳۶	۷۴۵۶
(۴-۶]	۵	۳	۹۹	۱۵	۷۵	۱۲۳۳	۶۲۲۰
(۶-۸]	۷	۶	۹۶	۴۲	۲۹۴	۱۲۱۸	۴۹۸۷
(۸-۱۰]	۹	۱۱	۹۰	۹۹	۸۹۱	۱۱۷۶	۳۷۶۹
(۱۰-۱۲]	۱۱	۱۹	۷۹	۲۰۹	۲۲۹۹	۱۰۷۷	۲۵۹۳
(۱۲-۱۴]	۱۳	۲۷	۶۰	۳۵۱	۴۵۶۳	۸۶۸	۱۵۱۶
(۱۴-۱۶]	۱۵	۲۳	۳۳	۳۴۵	۵۱۷۵	۵۱۷	۷۰۸
(۱۶-۱۸]	۱۷	۹	۱۰	۱۵۳	۲۶۰۱	۱۷۲	۱۹۱
(۱۸-۲۰]	۱۹	۱	۱	۱۹	۳۶۱	۱۹	۱۹
		۱۰۰		۱۲۳۶	۱۶۲۶۸		

PARDIS

Scanned with CamScanner

✓ $n = 100$ → L = ۲٫۵ , ۶ , ۸ , ۹ , ۴٫۵ , ۱۰ , ۷٫۲ , ۲۰ ,
۷٫۷ و ۸ و ۷ , ۹ , ۸٫۵ , ۶٫۵ , ۵
۹ و ۹٫۸ , ۱۰ و ۹٫۲ , ۸٫۵ , ۸٫۵ , ۹

$L_{max} = ۲۰$
$L_{min} = ۰$ ← کمترین طول ممکن لیف
$\Delta L = ۲۰ cm$

طول دسته $= \frac{۲۰}{۱۰ \text{ گروه}} = ۲$

• تعداد گروه را خودمان انتخاب می‌کنیم.

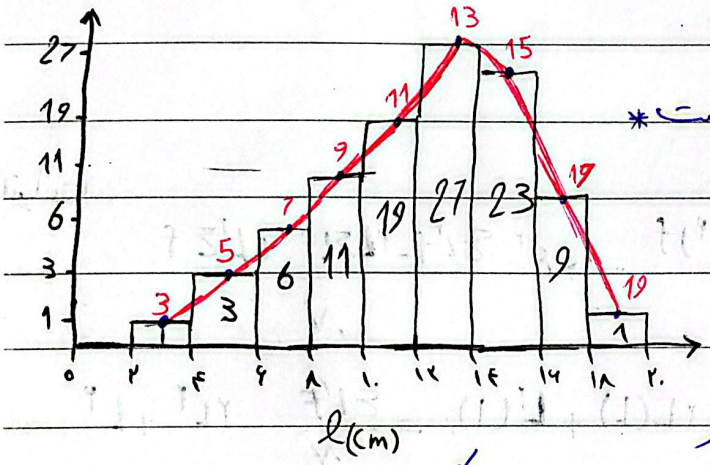
1- باید چند لیف اندازه‌گیری کنیم؟ بستگی دارد بخواهیم با چه دقتی چه کاری را انجام دهیم. (n) طبق رابطه

2- ما می‌خواهیم یک نمودار توزیع فراوانی رسم کنیم.

3- هرچقدر تعداد گروه بیشتر باشد، دقت نمودار رسم شده بیشتر است.

4- دربازه باز عدد دربازه قرار ندارد و دربازه بسته عدد دربازه است: حساب شود ← [ ] حساب نشود ← ( )

5- جمع فراوانی‌ها (f) باید برابر n شود.



* بیشترین تعداد لیف در بازه ۱۲ تا ۱۴ است *

(دیاگرام توزیع فراوانی)
هیستوگرام " "

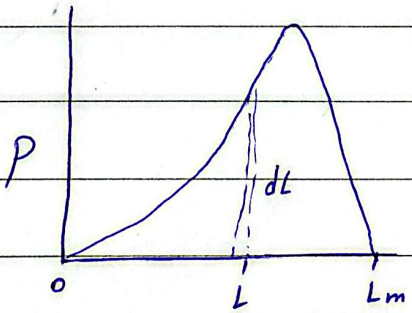
- برای این منحنی می‌توان یک معادله نوشت.

+ اگر از این منحنی انتگرال بگیریم نمودار فرکانس نیز می‌توان داشت.

(مساحت زیر نمودار = انتگرال معین)

$$P = \int_{L}^{\Delta L + L} f(x)\, dx$$

احتمال اینکه طول یک لیف بین L و L+ΔL باشد



منحنی فرکانس

Scanned with CamScanner

Subject: Page: ( )

$$\bar{x} = \frac{۲/۵ + ۶ + ۸ + \cdots}{۱۰۰}$$

$$\bar{x} = \frac{(۱\times ۵) + (۲\times ۱) + (۳\times ۸) + \cdots}{۱۰۰} \Longrightarrow \bar{x} = \frac{\sum_{i=1}^{i=10} l_i f_i}{\sum_{i=1}^{i=10} f_i}$$ ✓

✓ اگر از واریانس جذر بگیریم انحراف از معیار را به ما می‌دهد (S).

$$\sigma^2 = \frac{\sum (x_i - \bar{x})^2}{N} = \frac{\sum f_i (x_i - \bar{x})^2}{N}$$

$$\begin{cases} L = \dfrac{\sum (Lf)}{\sum f} = \dfrac{\sum (Lf)}{N} \\ \sigma^2 = \dfrac{\sum (L^2 f)}{N} - L^2 \end{cases}$$

اثبات:

$$* \rightarrow \sigma^2 = \frac{\sum (l^2 - 2lL + L^2) f}{N} \longrightarrow \sigma^2 = \frac{\sum l^2 f - 2L\sum lf + L^2 \sum f}{N}$$

$$\frac{\sum lf}{N} = L \qquad \frac{\sum f}{N} = \frac{N}{N} = 1$$

$$\sigma^2 = \frac{\sum l^2 f}{N} - 2L(L) + L^2(1) = \frac{\sum l^2 f}{N} - 2L^2 + L^2$$

$$\rightsquigarrow \sigma^2 = \frac{\sum L^2 f}{N} - L^2$$ ✓

تمام

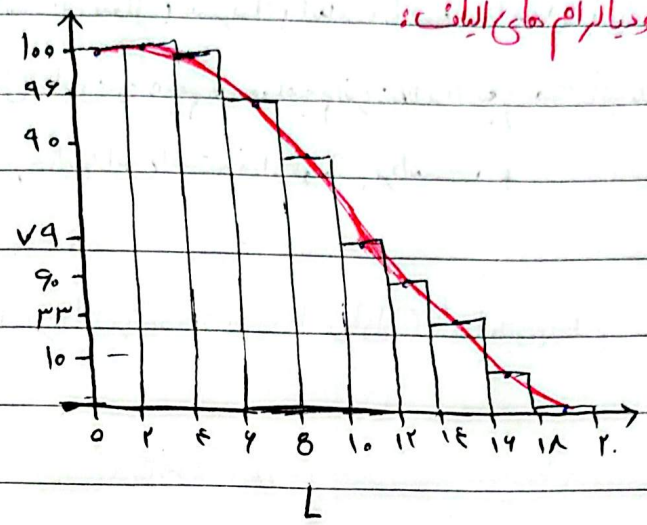
Scanned with CamScanner

می خواهیم علاوه بر اینکه نمودار توزیع ملول و... را بررسی کردیم و رسم کردیم؛ یک نمودار دیگر را هم بررسی کنیم به نام دیاگرام مجموع.

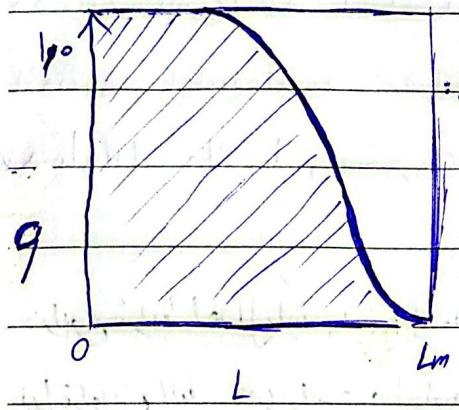
✓ فراوانی تجمع: تعداد الیاف که طول آنها برابر و بزرگتر از طول آن دسته است. (از میانگین)

✓ توزیع های طولی و دیاگرام های الیاف:

فراوانی کلاس قبلی - h



نمودار تنزولی



احتمال اینکه طول لیفی که انتخاب می کنید بین a و b باشد:

$$q = \int_{L}^{Lm} p\,dL$$

= چه تعدادی از الیاف طولشان در بازه ای که بیان می کنیم است.

دیاگرام باز مانده و یا تز Baer

نمونه گیری از الیاف تحت تأثیر طول الیاف (۱) یا با شانس مساوی (۲):

(تا قبل تأثیر طول)

شانس انتخاب الیاف بزرگتر بیشتر

↓

میانگین طول اندازه گیری شده بیشتر از متعارفی (به سمت الیاف بزرگتر) است.

نحوه نمونه برداری (۲) ←

نحوه نمونه برداری (۱) ↓

$\frac{4}{4} = 100\%$

$\frac{3}{4} = 75\%$

$\frac{2}{4} = 50\%$

$\frac{1}{4} = 25\%$

شانس انتخاب لیف (روش ۱)

Scanned with CamScanner

+ درحالت ۲ تایایی ۲ برابر استبرداری ✓ احتمال اینکه سرهم لیف ها یکعدد باشد:

حالت اگه ۳ برابر است ← پس حالت ۲ بهتره

سرپراست نمونه برداری تحت تأثیر طول نباشد

+ درواقعیت تقریباً محال است که بتوان سر تمام الیاف را در یک راستا قرار داد و بعد نمونه برداشت به خاطر همین یک شانسی عادی می کنیم و بعد گفتیم اگر از بالا برداریم (تحت تأثیر طول) احتمال اینکه بزرگ تر را برداریم بیشتره و بهترین حالت این است که از گوشه برداشت +

← حالا می خواهیم بدانیم اگر از بالا برداشتیم (تحت تأثیر طول) با میانگین اصلی چقدر تفاوت دارد؟!

نمونه عددی (numerical sample):

✓ هرگاه شانس انتخاب الیاف با هم مساوی باشد.

نمونه تحت تأثیر طول (length biased sample):

✓ هرگاه الیاف بلند شانس بیشتری در انتخاب شدن داشته باشند.

- در این شرایط احتمال اینکه لیفی را به طول l انتخاب کنیم، به طول لیف و تعداد الیاف بستگی دارد و لذا فراوانی الیاف برابر است با حاصل ضرب طول در تعداد لیف آن گروه است.

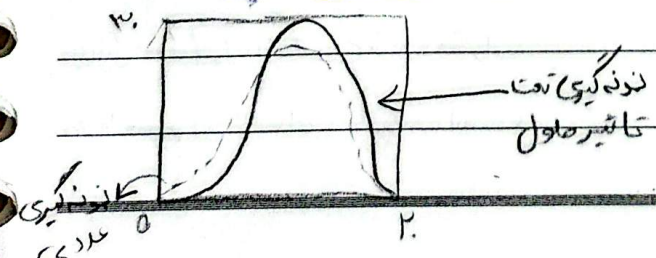
$f' = f.l$ ✓

فراوانی تحت تأثیر طول ← فراوانی نمونه گیری عددی

$L' - L$

میانگین طول الیاف: $L' = \frac{\sum Lf'}{\sum f'} = \frac{\sum L'f}{\sum Lf}$

$L = \frac{\sum l.f}{\sum f}$



(ب)

Scanned with CamScanner

توزیع های وزنی:

تاالان فراوانی الیاف براساس شمارش و تعداد الیاف تعیین شد.
گاهی بجای شمارش الیافی که در یک گروه طولی قرار می گیرند، آنها را وزن می کنند و لذا بجای تعداد الیاف هرگروه وزن آنها در دسترس است.

وزن یک لیف = وزن واحد طول × (ظرافت) × طول لیف $\quad W = \mu \times l$

وزن دسته الیاف = وزن ۱ لیف × تعداد الیاف

$\longrightarrow W = w \times f$

$\longrightarrow W = f \times l \times \mu$

فراوانی وزنی و همچنین فراوانی تحت تاثیر طول $= f' = lf$

وزن واحد طول ← $1\,cm$ از لیف x گرم است ← به وزن واحد طول، چگالی خطی گویند (μ) ← ثابت

طول الیاف: $y\,cm$

* فراوانی تحت تاثیر طول = فراوانی وزنی *

بنابراین اعداد ستون ۴ جدول (lf) برابر با W (وزن دسته الیاف) است و لذا میانگین طول وزنی الیاف با میانگین تحت تأثیر طول برابر است. (میانگین عددی ← l ، میانگین تحت تاثیر طول ← l')

رابطه بین میانگین وزنی و میانگین طولی (l)

میانگین وزنی

$$l' = \frac{\sum lf'}{\sum f'} = \frac{\sum l^2 f}{\sum lf}$$

$$l = \frac{\sum (lf)}{\sum f} = \frac{\sum (lf)}{N} \xrightarrow{1} \sum (lf) = lN$$

$$\sigma^2 = \frac{\sum (l^2 f)}{N} - l^2 \xrightarrow{2} \sum (l^2 f) = N\sigma^2 + Nl^2$$

$$\xrightarrow{1,2} l' = \frac{N\sigma^2 + Nl^2}{Nl} = l + \frac{\sigma^2}{l}$$

Scanned with CamScanner

Subject: Page: ( )

طول الیاف پنبه : combsorter : شانه متقلم کننده

مناسب نبودن روش دستی :

* نایکنواختی طولی زیاد (S زیاد) بنابراین (n زیاد) $n = (\frac{t.s}{E})^2$:

* اندازه گیری مشکل طول الیاف کوتاهی مانند پنبه ← (خطا)

✓ روش دستی یعنی چه ؟! یک لیف از میان میلیون ها لیف انتخاب کرده و طول آن را اندازه گیری کرد.

+ حالا با توجه به مناسب نبودن روش دستی ، پس از روش سورت کردن استفاده می کنیم +

+ کار combsorter چیه ؟! اینکه الیافی داریم به صورت نامنظم ، از یک سمت به سمت دیگر متقل می کنیم به گونه ای که الیاف از بلندیه کوتاه سورت شوند .

- حالا می خواهیم با این روش برسیم میانگین و ...

- یک طول بری داریم محورها و الیاف را می کشیم یک نمودار شکیل در میشود

میانگین طول الیاف اندازه گیری شده به روش دستی و تجربی (staple length) : وابسته به شخص

LL' طول موثر (Effective length) : محاسبه به روش ریاضی

نمودار فراوانی تجمعی

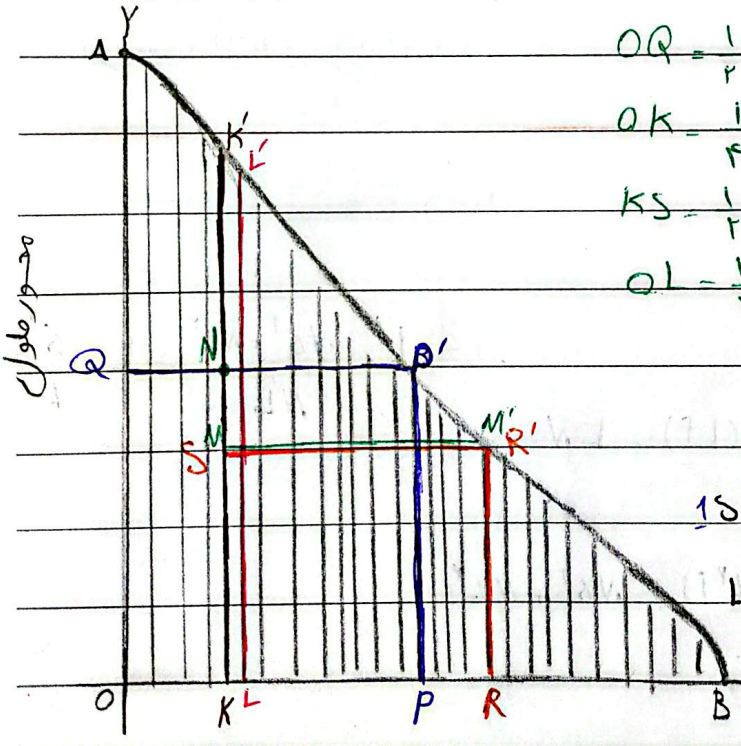
oA = maximum length

$OQ = \frac{1}{2} oA = pp'$

$ok = \frac{1}{4} op$

$KS = \frac{1}{2} KK' = RR'$

$oL = \frac{1}{4} oR$



- ۴ عمودی ، ۲ افقی -

تعداد الیافی که طولشان از RR' کمتر است ← short fibre percentage = $(RB/oB) \times 100$

LL' = Effective length (because x many m/c settings are related ...

Dispersion% ~~= ARO~~ $= SL'/LL'$

1) درصد الیاف کوتاه = $(RB/oB) \times 100$

پخش طولی = (NL'/LL')

✓ تهی از انحراف از بیار


طول موثر (UHL) همان staple length است. (برابر تقریبا) Modal length

طولی که بیشترین فراوانی را دارد.

روش تعیین طول متوسط الیاف پنبه:

طول مدال: طول با بیشترین فراوانی

محدوده طولی	میانگین گروه L	فراوانی f
۱-۰	۰/۵	۶۴-۶۲=۲
۲-۱	۱/۵	۶۲-۶۰=۲
۳-۲	۲/۵	۶۰-۵۶=۴
۴-۳	۳/۵	۴۹-۵۲=۴/۶



* جدول و نمودار ص ۳۴ و ۳۵ *

Mean length

= (Total area under the curve / Base Line Length)

= ۳۸۷.۸/۶۴ = ۶/۱ cm.

$$L = \frac{\sum(Lf)}{\sum f} = \frac{\sum(Lf)}{N}$$

Mean Length = (total area under the curve / Base line Length)

= ۲۵۳/۲/۶۴ = ۷۱۱

موج، فر یا جعد (crimp)

تجعد الیاف باعث

چسبندگی بیشتر در تار عنکبوت کارد، پرزدار بودن نخ حاصل و جمع شدن پارچه و بافتنی می‌گردد.

مقدار موج

۱) تعداد موج در واحد طول

۲) درصد ازدیاد طول در اثر از بین رفتن موج

۳) نیروئی که باعث از بین رفتن موج می‌شود.

Scanned with CamScanner

Subject: Page: ( )

طول الیاف پنبه : شانه متقلم گشده : combsorter

مناسب نبودن روش دستی :

* نایکنواختی طولی زیاد (S زیاد) بنابراین (n زیاد) $n = (\frac{t.s}{E})^2$:

* اندازه گیری مشکل طول الیاف کوتاهی مانند پنبه ← (خطا)

✓ روش دستی یعنی چه ؟! یک لیف از میان میلیون ها لیف انتخاب کرده و طول آن را اندازه گیری کرد.

+ حالا با توجه به مناسب نبودن روش دستی ، پس از روش سورت کردن استفاده می کنیم +

+ کار combsorter چیه ؟! اینکه الیاف داریم به صورت نامنظم ، از یک سمت به سمت دیگر متمایل می کنیم به گونه ای که الیاف از بلندترین به کوتاه سورت شوند .

- حالا می خواهیم با این روش ، برسیم میانگین ،

- یک طلق برمی داریم بحورها و الیاف را می کشیم یک نمودار تشکیل می شود .

میانگین طول الیاف اندازه گیری شده به روش دستی و تجربی (staple length) : وابسته به شخص

LL' طول موثر (Effective length) : محاسبه به روش ریاضی

نمودار فراوانی تجمعی

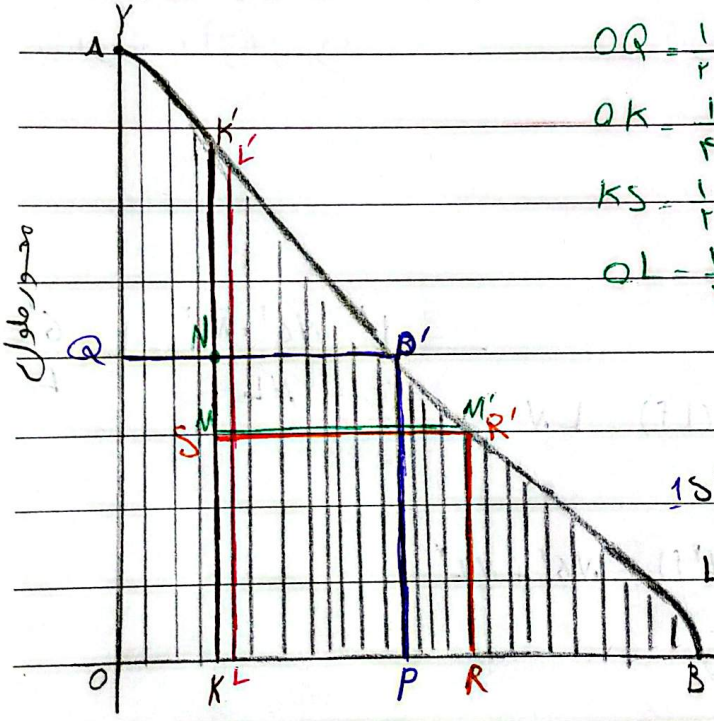
OA = maximum length

$OQ = \frac{1}{2} OA = PP'$

$OK = \frac{1}{4} OP$

$KS = \frac{1}{2} KK' = RR'$

$OL = \frac{1}{4} OR$



- ۴ عمودی ، ۲ افقی -

تعداد الیافی که طولشان از RR' کمتر است ←

1 Short fibre percentage = $(RB/OB) \times 1$

LL' = Effective length (because

x many m/c setings are related

Dispersion% = NL'/LL'

1 {درصد الیاف کوتاه = $(RB/OB) \times 100$}

{پخش طولی = (NL'/LL')}

✓ ناشی از انحراف از میانگین

طول موثر (الیاف) همان staple length است. (برابر تقریبا) Modal length

طولی که بیشترین فراوانی را دارد.

روش تعیین طول متوسط الیاف پنبه:

طول معدل: طول با بیشترین فراوانی

محدوده طولی	میانگین گروه L	فراوانی f
۰-۱	۰/۵	۶۴-۶۲=۲
۱-۲	۱/۵	۶۲-۶۰=۲
۲-۳	۲/۵	۶۰-۵۶=۴
۳-۴	۳/۵	۵۶-۵۲=۴/۴



★ جدول و نمودار ص ۳۴ و ص ۳۵ ★

Mean length

= (Total area under the curve / Base Line Length)

= ۳۸۷.۸/۶۴ = ۶/۱ cm.

$$L = \frac{\sum(Lf)}{\sum f} = \frac{\sum(Lf)}{N}$$

Mean Length = (total area under the curve / Base line Length)

= ۲۵۳/۲ / ۶۴ = ۷/۱۱

موج و فر یا جعد (crimp)

تجعد الیاف باعث

چسبندگی بیشتر در تار عنکبوت کارده، پرزدار بودن نخ حاصل و جمع شدن پارچه و بافتنی گردد.

مقدار موج

۱) تعداد موج در واحد طول

۲) درصد ازدیاد طول در اثر ازبین رفتن موج

۳) نیروئی که باعث ازبین رفتن موج می شود.

Scanned with CamScanner

قطر الیاف (Fiber diameter) : (قطر الیاف وقتی نمادی از فلزاف است که سطح مقطع دایره‌ای باشد وقتی نباشد عرض نماد فلزاف است)

• تعارف اولیه:

• قطر: اگر سطح مقطع دایره‌ای شکل باشد و در طول لیف تغییر نکند.

• عرض (width): برای الیافی که دارای سطح مقطع دایره‌ای شکل نیستند.

• محیط (perimeter): هرچه قدر محیط بیشتر ← کلفت تر است

• مساحت سطح مقطع (area of cross section):

** وزن مخصوص خطی یا چگالی خطی (linear density): عبارت است از وزن واحد طول الیاف

** سطح مخصوص (specific surface): عبارت است از سطح واحد حجم یا سطح واحد وزن (سطح در واحد حجم کاربرد زیادتری دارد.)

(اگر لیف طبیعی باشد سطح مقطع دایره‌ای نیست)

پشم: ← (وزن مخصوص بهتره)

پنبه:

چگالی خطی (linear density)

$\mu = \frac{m}{L} \rightarrow \mu = \frac{\rho \cdot A \cdot L}{L} \rightarrow \mu = \rho \cdot A \rightarrow \mu = \rho \cdot \pi \cdot \frac{d^2}{4}$

$A = \pi \frac{d^2}{4}$ ← اگر سطح مقطع لیف دایره باشد.

$\rho = \frac{m}{V} \rightarrow m = \rho V$

$V = A \cdot L$

μ ← چگالی خطی (g/m)

m ← وزن (g)

L ← طول (m) و d ← قطر (m)

ρ ← چگالی حجمی (g/m^3)

V ← حجم (m^3)

A ← مساحت سطح مقطع (m^2) و A_o ← مساحت سطح مقطع (cm^2)

W ← چگالی خطی ($mtex$)

هرچه وزن واحد طول بیشتر باشد؛ چون قطر بیشتر است پس کلفت تر است؛ یعنی فلزاف بیشتر است

$Tex = \mu \times 1000$

$den = \mu \times 9000$

✓ (وزن واحد طول ← چگالی خطی)

← واحدهای تواند مختلف باشد

Scanned with CamScanner

✓ سیستم نحوه گذاری (تعیین ظرافت الیاف) ← مستقیم: وزن واحد طول (g) (m) (مثال خطی)
← غیرمستقیم: طول واحد وزن

+ مستقیم: وزن واحد طول
- ۱۰۰۰ متر ← نمره تکس Tex
- ۱۰،۰۰۰ متر ← دسی تکس dTex
- ۹۰۰۰ متر ← دنیر denier

← برای این کار باید طول واحد آن را که داریم بیریم وزن کنیم هرگرم که بود میشه نمره.

- چندباراین حرکت را انجام بدهیم:

۲m	۰/۰۲g
۱۰۰۰m	x

$\Rightarrow x = \frac{1000 \times 0/02}{2} = 10\ Tex$

* بازه معمول برای تکس ۲۵۰.۶۲۵۰ Tex است اگر شد ۱۰۰۰ Tex عملاً دیگر نخ نیست *
* Tex بیشتر ← قطر بیشتر *

در مستقیم یک مقدار مشخص از طول را بریدی داشیم و آن را وزن می کردیم اما در غیرمستقیم یک مقدار مشخص از وزن را بریدی داریم و طول را محاسبه می کنیم.

+ غیرمستقیم: طول واحد وزن ← متریک N_m ← سه طول (متر) یک گرم نخ
← انگلیسی N_e

سوال) اگر نمره نخی Tex ۲۵۰ باشد نمره انگلیسی چقدر است؟!

۱۰۰۰m	۲۵۰g
x	۱g

$N_e = \frac{1000}{250} = 4$

✓ نمره انگلیسی N_e: تعداد کلاف های ۸۴۰ yard که وزن کل آنها ۱ lb شود.

* $Tex \cdot N_e = 590/5$ *

Scanned with CamScanner

جلسه ۹

Subject: ۰۵/۱۱/۳ Page: ( )

ادامه جلسه قبل را پیش می رویم:

چگالی خطی (Linear density)

$\mu = \frac{m}{L}$

$\rho = \frac{m}{V} \rightarrow \mu = \frac{\rho A L}{L} \rightarrow \boxed{\mu = \rho \cdot A} \rightarrow \mu = \rho \cdot \pi \frac{d^2}{4}$

$V = A \cdot L$

← اگر سطح مقطع لیف دایره باشد. (الیاف مصنوعی، پلی استر و...)

① $\boxed{A = \frac{\mu}{\rho}}$

② $\boxed{W = \mu \times 10^6}$

← این اسم را خودمان W گذاشتیم

همان میلی تکس است.

سیستم نمره گذاری مستقیم:

$Tex = \mu \times 1000$

$den = \mu \times 9000$

سیستم نمره گذاری غیرمستقیم:

$N_m = \frac{1}{\mu}$

$N_e = \frac{\gamma d}{Ib} \times \frac{1}{1840}$

1 و 2 $\rightarrow A = \frac{W}{\rho \times 10^6}$

$A_0 = \frac{W}{\rho \times 1.8}$

✓ گفتیم در مورد ابعاد؛ وقتی ما می خواهیم ابعاد الیاف را بسنجیم طولش که مشکلی ندارد اما برای سنجش عرضی فاژه های مختلفی استفاده می کنیم: قطر، عرض، محیط، مساحت، سطح مقطع و بیشترین مشخصه برای بیان ابعاد عرضی الیاف می توانیم استفاده کنیم؛ دانسیته خطی یا نمره (ظرافت) هست چون شامل تمام الیاف می شود (چه آنهایی که سطح مقطع دایره ای است چه اگر سطح مقطع دایره ای نیست)

دنیر را چطور بدست می آوریم؟! یک طول مشخصی از نمونه را برمی داریم؛ می بریم توی آزمایشگاه آن را وزن می کنیم. حالا با توجه به اینکه طول را داریم، وزن را هم داریم دانسیته خطی را بدست می آوریم: ($\mu = \frac{m}{L}$) و حالا اگر این μ را ضرب در ۹۰۰۰ کنیم تکس است و اگر ضرب در ۹۰۰۰ کنیم دنیر را داریم. (ما گفتیم وزن یک متری شود μ، وزن ۱۰۰۰ متری می شود Tex، وزن ۹۰۰۰ متری شود den)

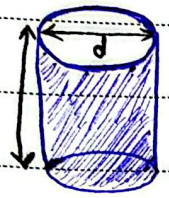
Scanned with CamScanner

Subject:

Year: ۱۴۰۵ Month: ۸ Day: ۳ (۱۱)

- گاهی وقتا ما توان و نداریم میکروسکوپ داریم فقط می‌شود قطر را اندازه گیری کرد. حالا می‌خواهیم با داشتن قطر نوشته بیاییم دنیر یا ضخامت لیف را محاسبه و گزارش کنیم.

• روابط قطر و دنیر الیاف



$$Den = \mu \times 9 \times 10^{5} \longrightarrow Den = \rho_0 \times A_0 \times 9 \times 10^{5}$$

$$A_0 = \frac{\pi d^2}{4} \longrightarrow d = \sqrt{\frac{4A_0}{\pi}} = \sqrt{\frac{4Den}{9 \times 10^{5} \pi \rho_0}}$$

μ_0 ← چگالی خطی $\left(\frac{g}{cm}\right)$

ρ_0 ← چگالی حجمی $\left(\frac{g}{cm^3}\right)$

A_0 ← مساحت سطح مقطع (cm^2)

✓ روابط و محاسبات اما در ساده ترین حالت می‌نویسیم یا ساده سازی می‌کنیم. ساده سازی هم این است که سطح مقطع الیاف را دایره‌ای در نظر می‌گیریم. این سطح مقطع برای الیاف بشر ساخته قابل قبول است (برای پشم هم قابل قبول است)

(cm برای بیان قطر الیاف خیلی کوچک است ما بایاز واحدهای مثل mm استفاده کنیم)

سطح مخصوص الیاف یکی از مشخصه هایی است که برای بیان ظرافت الیاف استفاده می‌شود. در مورد الیاف خیلی بیش توجه نمی‌شود اما در مورد نانو الیاف سطح مخصوص مهمترین مشخصه نانو الیاف است.

سطح مخصوص (specific surface)

$(Cm)_{\text{محیط}} = P = 2\Pi$